שם התלמיד_____

משימת מתמטיקה כיתה ז2

(2) (א) סמנו על הסרטוט נקודה $H(4,3)$.
מה משותף לנקודות H ו- C ?
(ב) חברו את הנקודה H עם הנקודות D ו- F .
(ג) מצאו את אורך הקטע FD .
(ד) חשבו את שטח המשולש FHD .

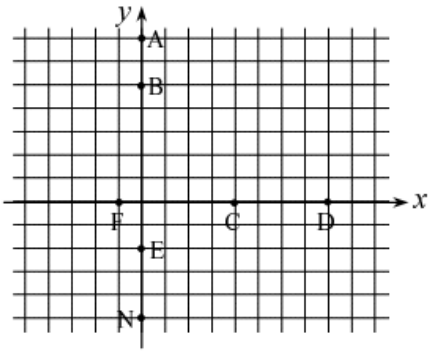

(3) היעזרו בסרטוט של שאלה **(2)** .
סמנו על מערכת הצירים נקודה P , כרצונכם. $P(0,____)$.
רשמו את הנקודות בסרטוט ששיעור ה- x שלהן הוא אפס.

(4) בכל אחד מהסרטוטים הבאים, השלימו מספר ב- □ לקבלת טענה נכונה.

(א)

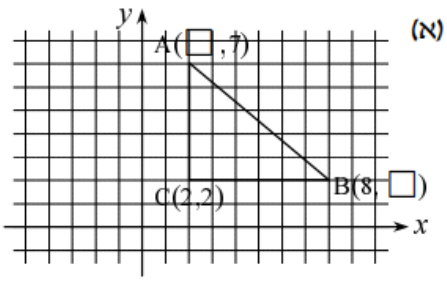

(ב)

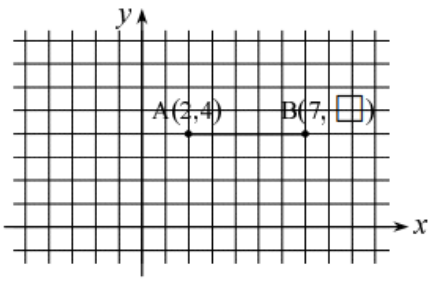

(ג)

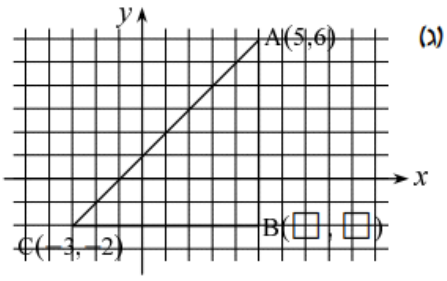
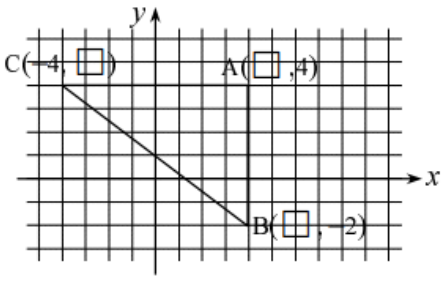
(ד)